平興國中親子密室逃脫教學方案設計

教材資源	康軒自然與生活科技第三冊第 3 章	**教學時間**	6 小時
教學方法	探究教學與實作	**教學者**	陳隆期
教學目標	1. 運用所學知識，建構密室逃脫活動架構，並設計謎題 2. 能討論，規劃，並完整執行活動		

教　學　活　動	**教學資源**	**時　間**
1. 密室逃脫介紹 (1) 介紹密室逃脫遊戲 (2) 試玩簡易密室逃脫 (3) 作業：網路觀摩密室逃脫活動架構		1 小時
2. 活動設計觀摩 (1) 密室逃脫謎題觀摩 (2) 遊戲架構討論 (3) 分配工作 (4) 作業：設計謎題		1 小時
3. 小組討論 (1) 同學輪流展示謎題，由其他同學解謎 (2) 討論並調整設計與難度 (3) 討論提示內容 (4) 作業：依討論結果修改謎題		1 小時
4. 定稿製作 (1) 謎題定稿 (2) 確認活動流程與工作人員位置 (3) 製作活動所需道具		1 小時
5. 活動執行 (1) 場地布置與整理 (2) 執行活動 (3) 場地整理		30 分 1 小時 30 分

活動架構圖

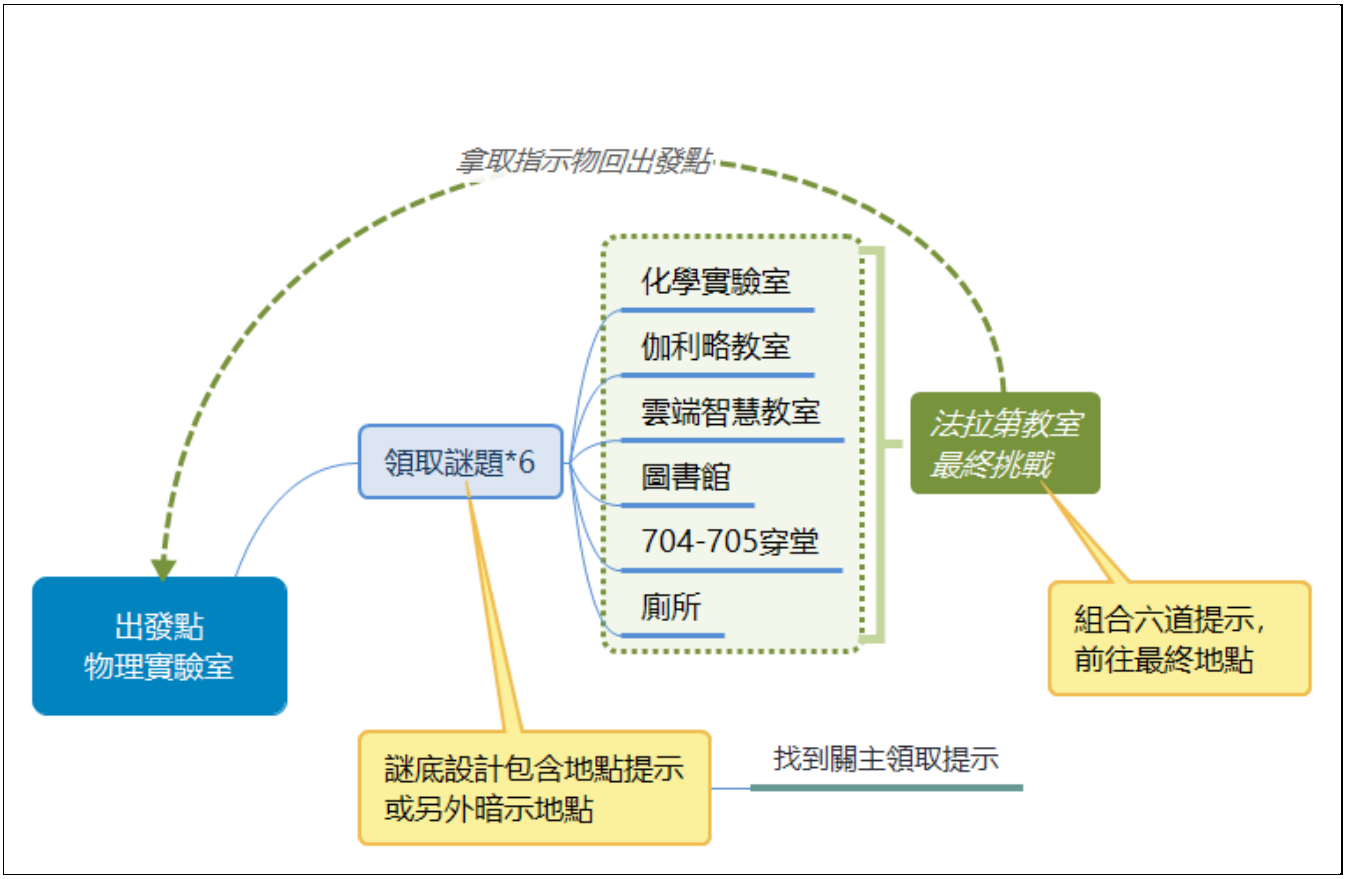

最終線索：找到關主解開謎題可以得到拼圖的其中之一。



地圖

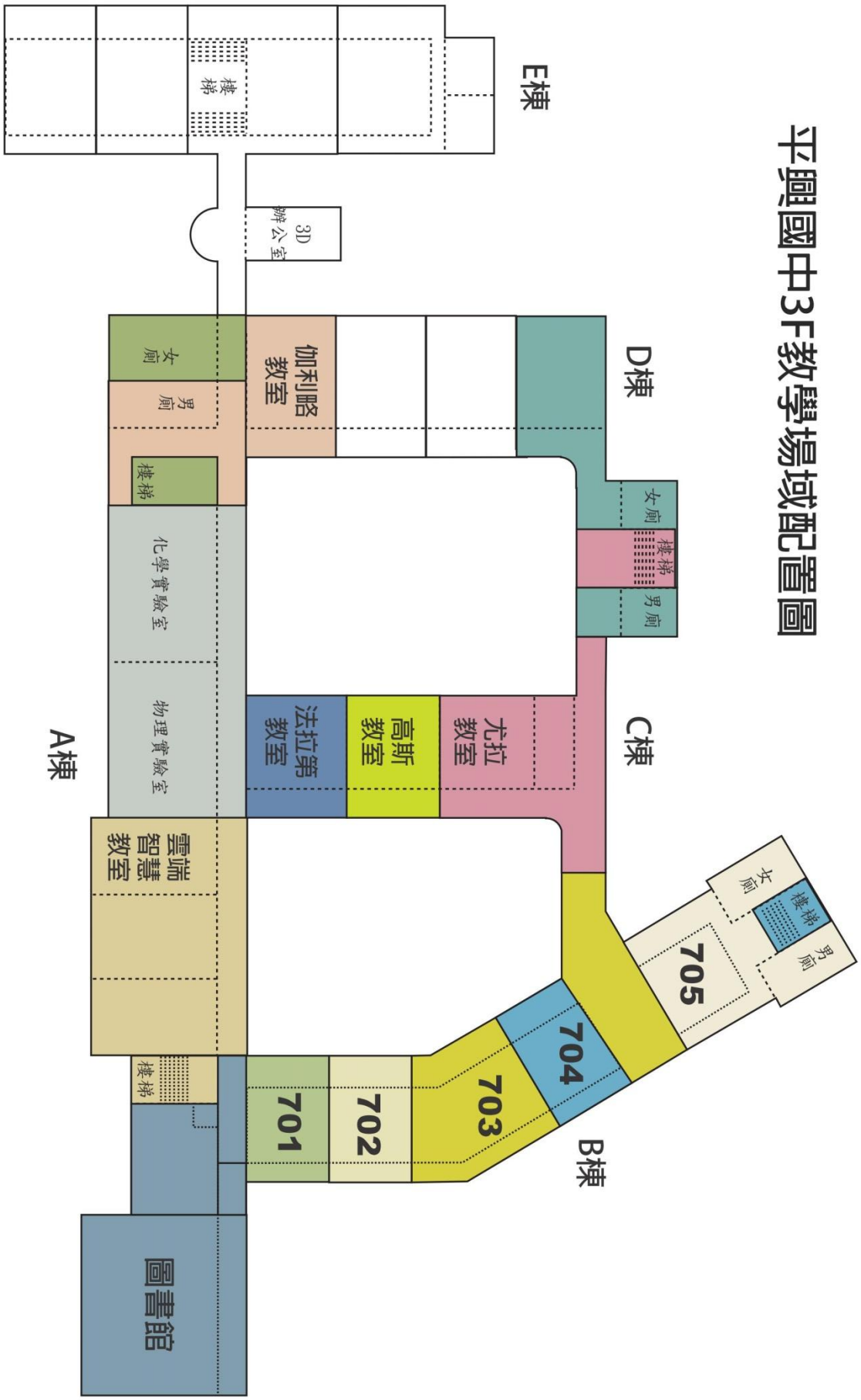
平興國中3F教學場域配置圖
E棟
樓梯
3D辦公室
D棟
女廁
樓梯
男廁
伽利略教室
尤拉教室
高斯教室
法拉第教室
C棟
女廁
男廁
樓梯
化學實驗室
物理實驗室
雲端智慧教室
A棟
女廁
樓梯
男廁
705
704
703
702
701
B棟
樓梯
圖書館

通關地點：有很多謎底的場所

a	s	d	f	g	d	s	g	b	u	o	p	e	e	d	c	v	v	d	c
h	a	t	e	q	a	p	p	l	e	a	r	v	b	n	m	h	j	y	t
a	w	u	z	w	x	d	s	h	x	t	n	o	n	o	l	f	w	u	y
n	w	r	s	e	w	o	r	d	a	r	t	o	n	l	i	n	e	q	q
d	o	n	e	r	p	o	w	e	r	h	a	h	y	o	u	l	i	k	e
s	a	e	d	e	m	b	g	m	o	x	d	e	x	d	a	w	h	a	t
o	p	p	a	a	i	w	w	q	v	a	p	n	o	e	c	l	o	u	d
m	y	a	t	s	k	e	m	m	e	g	e	g	k	f	c	o	f	q	r
e	v	e	e	o	u	t	y	h	r	s	m	i	l	e	o	m	g	w	p
n	o	i	s	e	m	u	s	i	c	o	r	n	m	i	c	c	s	b	n
j	k	e	w	q	w	i	c	e	r	s	o	e	d	a	q	q	e	c	x
t	i	r	e	a	w	c	l	o	s	e	h	e	q	r	g	t	y	h	b
n	m	z	x	a	v	l	o	s	s	m	d	r	w	h	e	e	h	q	k
y	e	e	y	e	t	o	e	g	b	a	r	e	l	o	o	k	a	n	n
a	n	n	a	s	q	v	y	e	a	t	k	n	v	s	a	o	n	p	c
s	w	o	r	d	a	e	a	i	d	h	r	t	o	e	n	l	i	n	e
b	a	n	g	t	i	s	h	a	d	e	m	r	e	e	g	g	p	h	n
s	m	d	h	m	s	t	p	v	n	t	r	w	e	b	o	g	k	o	h
d	e	s	v	b	r	y	h	i	l	f	f	g	e	b	o	o	k	q	e
s	f	w	o	i	n	v	x	w	m	y	r	s	s	y	u	y	i	w	a

handsome	love	
hat	math	
turn	shade	
done	engineer	
date	ikea	
eve	image	
power	sao	
miku	see	
over	egg	
music	ggo	
close	book	

柒

露海氣

四

傾柱

荷

去

間

拼圖

音 吟 一 聲
零 濕 羅 襦
四 海 盡 澄 清
和 氣 展 祥 瑞
凝 珠 逐 荷 傾
伍 箏 金 粟 柱
之 子 憐 孤 直
間 欲 淩 波

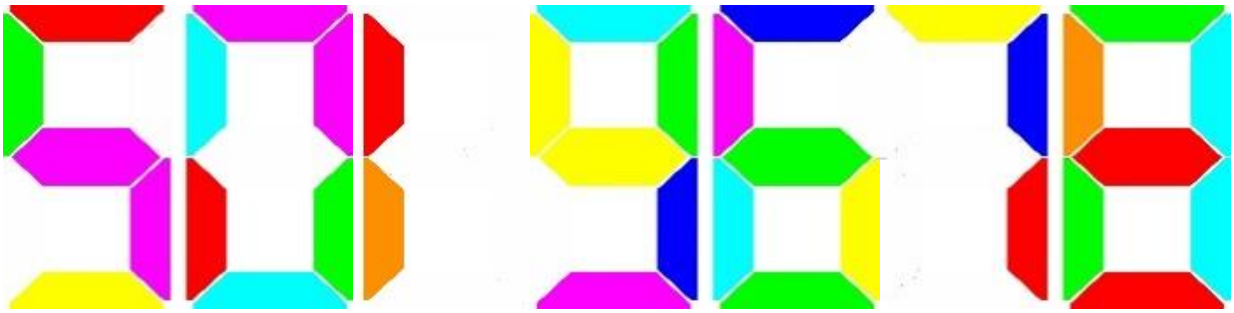

累顆理高雲教剛朵不

藥喝廊館媽他想來樂

走帥高端顆物匆室品

室圖斯笨匆拉實騙垃

去操為妹來黑甲驗到

書物我思危沖廁活圾

學吃你爽好尤化八沖



Picture Logic　　圖形密碼

規則:

1 依照圖形橫列與直列提示，標記空格。

2 提示數字表示此列中連續空格的排列順序，例如：５２１４表示

會依序出現在列中，且必不相連，但是中間間隔與起點空格都未知。

3 解為唯一，建議不要猜測，將必定入選的空格標記後，提示會越來越多。

4 除了必選的空格，必定不選的空格也是重要的提示。

5 標示完成後，確認是否符合提示，再將標示的空格填滿，看看得到甚麼圖型。

範例:

					3			3		
			1	8	1	1	8	1	1	8
2	2	1								
2	2	1								
2	2	1								
1	1	1								
1	1	1								
1	1	1								
		8								
1	1	1								

where to go

											1		
							4	1			2	4	
					6	6	2	2	1	4	6	1	1	3
				1										
			1	1										
		2	1	1										
			2	3										
		2	1	4										
		2	1	1										
			4	3										
			4	4										
			1	1										
				4										

正面



背面

Answer : ____ the

_____

On the corner of 8 and 7.

Code : GC

---

(1)

$$\begin{array}{r} H\ 9\ H\ 9 \\ +\ 2\ A\ C\ H \\ \hline 9\ D\ D\ 5 \end{array}$$

(2)

$D^2=G9$